GYAKORLÓ FELADATOK AZ 1945 UTÁNI MAGYAR TÖRTÉNELEMHEZ I.

1. Válaszoljon a kérdésekre a források és ismeretei alapján!

Népmozgások Magyarországon a második világháború után

„Az állami szempontból megbízhatatlan személyeknek a Csehszlovák Köztársaság területén levő vagyonát állami kezelés alá veszik […]. Állami szempontból megbízhatatlanoknak kell tekinteni: a német vagy magyar nemzetiségű személyeket. […] Azok a német vagy magyar nemzetiségű csehszlovák állampolgárok, akik az idegen megszálló hatalom jogszabályai értelmében német vagy magyar állampolgárságot szereztek, az ilyen állampolgárság megszerzésének napján elveszítették csehszlovák állampolgárságukat. A többi német vagy magyar nemzetiségű csehszlovák állampolgár e dekrétum hatálybalépése napján elveszti csehszlovák állampolgárságát. […] …bevezetjük azon személyek munkakötelezettségét, akik […] elvesztették csehszlovák állampolgárságukat. […] Az állami szempontból megbízhatatlanoknak tekintett személyeknek a köztársaság hatóságai vagy szervei által őrizetbe vételét a törvény által engedélyezett eseteken kívül is, vagy ideiglenes őrizetben (fogságban) tartásuk meghosszabbítását a törvényben engedélyezett időtartamon túlmenően is törvényesnek kell tekinteni.”*(Beneš csehszlovák elnök dekrétuma; 1945)*

a) Emeljen ki a rendeletből két olyan megkülönböztető intézkedést, amely a csehszlovákiai magyarságot sújtotta a II. világháború után!…….....

b) Válassza ki a felsorolásból aláhúzással azt a korabeli elvet, amely a rendelet alapját alkotta!

-Truman-elv
- a kollektív bűnösség elve
- nemzetiszocializmus
- New Deal

c) Karikázza be a térképvázlaton azt a nyilat, amely a dekrétum további következményét jelzi!
d) Mivel magyarázható a szlovákok Csehszlovákiába települése?.....

e) Válassza ki a felsorolásból aláhúzással, miért került sor a magyarországi németek kitelepítésére!

- Csak ötven éve telepedtek Magyarországra.
- Németországnak szüksége volt rájuk a háborús veszteség pótlására.
- A győztesek az egész nemzetiséget felelősnek tartották a nácikkal való együttműködésben.

2. A feladat a szomszéd államokban élő magyar kisebbségek történetéhez kapcsolódik.
Döntse el, hogy az alábbi állításpárok tagjai közül melyik vonatkozik Szlovákiára (illetve Csehszlovákiára) és melyik Romániára! Az állítások sorszámát írja a táblázat megfelelő mezőibe! *Használja a középiskolai történelmi atlaszt!*

a) 1. A helyi magyarság zöme a magyar határ közelében él.
2. A helyi magyarság egy nagy csoportja az elcsatolt országrész keleti részén, egy másik nagy csoportja pedig a magyar határ közelében él.

b) 1. A helyi magyarság egy része egy ideig a Maros-Magyar Autonóm tartományban élt.
2. A helyi magyarság sosem rendelkezett autonómiával.

c) 1. A helyi magyarság szervezett kitelepítésére nem került sor.
2. A helyi magyarság egy részét az ún. lakosságcsere-egyezmény keretében kitelepítették.

d) 1. Az elcsatolt országrész történeti elnevezése: Felvidék.
2. Az elcsatolt országrész történeti elnevezése: Erdély és Partium.

	Szlovákia (Csehszlovákia)	**Románia**
a)		
b)		
c)		
d)		

<u>3. A feladat a Rákosi-korszakra vonatkozik. Az alábbi képek a korszak egy-egy alapvető jellegzetességére utalnak.</u> Rendelje a megfelelő képet a források mellé, írja a betűjelet a kipontozott helyre!

A)


B)

C)

D)

E)

„Amíg dolgozó népünk minden erejét megfeszíti, hogy ötéves tervünk végrehajtását biztosítsa, addig az osztályellenség, a kulák alattomos módon szabotálja a termelést, eldugdossa az élelmiszert, a terményeket. […] A kulákok, dolgozó népünk ocsmány döghollói mindenre képesek! Felvásárolják a fontos közszolgálati cikkeket, hogy zavart keltsenek, elégedetlenséget szítsanak […] ezek a gazemberségre és tunyaságra született gyászmagyarok. Egyik-másik lőszert és fegyvert rejtegetett!” *(Viharsarok Népe című lap; 1950. október 25.)* **Kép betűjele**:…….

„Az ötéves népgazdasági tervről szóló 1949. évi XXV. számú törvény sikeres megvalósítása szükségessé teszi, hogy az ipar, a bányászat és kohászat, valamint a közlekedés területén a Magyar Népköztársaság saját kezében összpontosítsa azokat a termelő és szállító eszközöket, amelyek akár jelenlegi szervezeti formájukban, akár pedig megfelelő átszervezéssel gazdaságos nagyüzemi, gyári jellegű termelés céljára alkalmasak.” *(Az Elnöki Tanács törvényerejű rendelet; 1949. december)* **Kép betűjele**:…….

„Rajk kémbandájának leleplezése ma már teljes jelentőségben áll előttünk. Sikerült lelepleznünk az ellenség veszedelmes ötödik hadoszlopát, amely beszivárgott soraink közé, és a Párton, a népi demokrácián belül készült titokban arra, hogy minden vívmányunkat megsemmisítse.” *(Rákosi beszéde; 1949. szeptember)* **Kép betűjele**:……

„Ott állt az operaházi díszelőadásokon a reflektorok kereszttüzében, a színpad közepén, az árnyéktalan dicsfényben, a fülsiketítő tapsviharban, majd - jó tíz perc után - amikor már nyilván úgy érezte, hogy a nagyközönség kellően kitombolta magát – a Sztálintól tanult szokás szerint – maga is tapsolni kezdett, ezzel mintegy jelezvén, hogy sok is, szerénysége nem enged meg többet, hiszen megérti ő ezt a lelkesedést, rendjén is van a dolog, de azért ne vigyük az ilyesmit túlzásba.” *(Aczél Tamás –Méray Tibor: Tisztító vihar)* **Kép betűjele**:……

„Az ötéves terv előirányzatainak felemelése útján az iparosítást meg kell gyorsítani olymódon, hogy gyáriparunk termelése 1949-hez képest 1954-re az eredetileg előirányzott 86,4 % helyett legalább 200%-kal emelkedjék. Ezen belül a nehézipar termelésének az eredetileg előirányzott 104,3 % helyett legalább 280%-kal kell emelkednie. A könnyűipar termelésének 72,9% helyett legalább 145%-kal kell emelkednie.” *(Az MDP II. kongresszusának határozataiból; 1951. március)K***ép betűjele**:……

4. A feladat az 1956-os magyar forradalomra és szabadságharcra vonatkozik.

Válasszon ki az alábbi térképvázlat helyszínei közül négyet, s mindegyikhez rendeljen hozzá az 1956. X. 23. — XI. 4. közötti főbb események közül egyet!

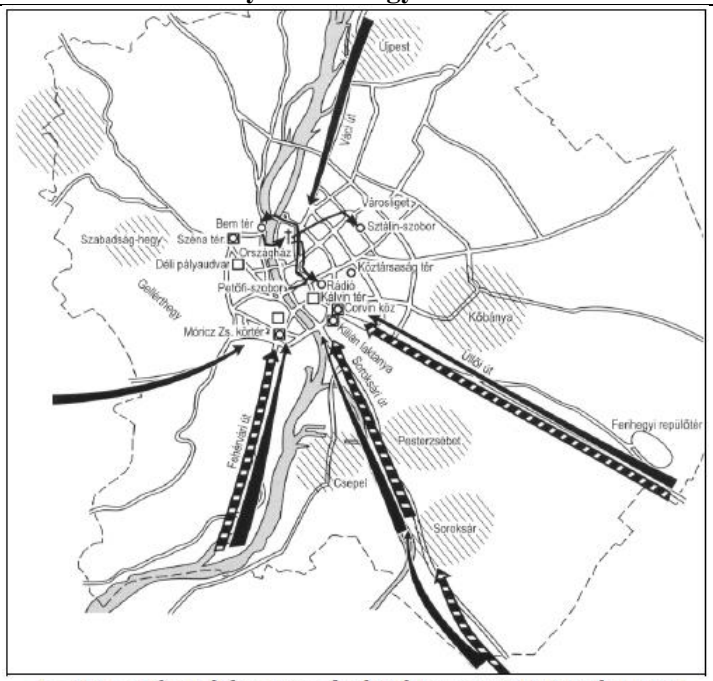

Az 1956-os forradalom és szabadságharc eseményei Budapesten

Helyszín	*Esemény*

5. A feladat a Kádár-korszak időszakára vonatkozik.

Döntse el a diagramhoz és a táblázathoz kapcsolódó állításokról, hogy igazak vagy hamisak! *Választását X jellel jelölje!*

A népesség számának alakulása 1960–90 között (millió fő)

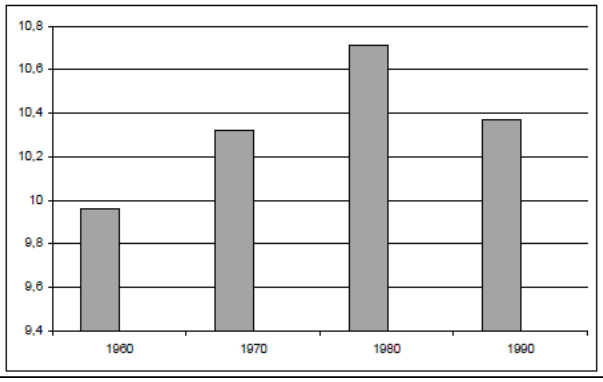

100 háztartásra jutó tartós fogyasztási cikkek száma 1960 és 1983 között

	1960	1970	1980	1983
Hűtőgép	1	35	87	97
Mosógép	19	70	91	95
Személygépkocsi	0	6	26	32
Televízió	5	66	99	105

Állítások	**Igaz**	**Hamis**
a) Az 1980-as évektől fokozatosan csökkent az ország népessége.		
b) 1980-ra megduplázódott a lakossága száma 1960-hoz képest.		
c) Az 1970-es évektől csökken a természetes szaporodás mértéke, ami a természetes fogyást jelenti.		

d) Az 1980-as évek elejére minden családban volt legalább 1db televízió.		
e) A személygépkocsi az 1980-as években is luxusnak számított, csak minden harmadik család rendelkezett vele.		

6. A feladat a Kádár-korszakra vonatkozik. Oldja meg a feladatokat a karikatúra felhasználásával!

„Hajsza: Te jó isten, hol is vagyok én minden csütörtök este másodállásban?”
(Karikatúra az 1970-es évekből)

a) Nevezze meg a másodállás egy, az egyénre vonatkozó negatív következményét!

……..……

b) Indokolja, miért vállaltak a dolgozók másodállást!

……...……

c) Magyarázza meg, miért váltott ki vitát a hatalmon lévő párton, az MSZMP-n belül a másodállás kérdése!

……

7. A feladat a magyar rendszerváltáshoz kapcsolódik. Csoportosítsa a forrás pontjait a megadott szempontok szerint! *Írja a pontok sorszámát a táblázat megfelelő helyére! Segítségül néhányat beírtunk.*

„1. Valódi népképviseletet és többpártrendszert. Biztosítsák a választások szabadságát.

2. Rendőrállam helyébe jogállamot. Érvényesüljenek az emberi jogok, legyen bírói függetlenség.

3. Szólás-, sajtó-, lelkiismereti és oktatási szabadságot.

4. Jogot a sztrájkra. Ne korlátozzák az érdekvédelem szabadságát.

5. Méltányos közteherviselést. Adják meg mindenkinek az emberhez méltó élet alapfeltételeit.

6. Ésszerű gazdálkodást, működő piacot, a tulajdonformák egyenjogúságát.

7. Oszlassák fel a Munkásőrséget.

8. Szabadságot és önrendelkezést Kelet- és Közép-Európa népeinek

9. Semleges, független Magyarországot. Vonják ki a szovjet csapatokat hazánk területéről.

10. Felelős kisebbségi és menekültpolitikát. A kormány lépjen fel a magyar kisebbségek védelmében.

11. Vessenek véget a történelemhamisításnak. Adják vissza a nemzetnek címerét.

12. Igazságot ’56-nak, tisztességet a forradalom mártírjainak. Nyilvánítsák nemzeti ünneppé október 23-át.” *(Az ellenzék közös 12 pontja az 1989. március 15-i tüntetésen)*

a) Demokrácia és jogállamiság	7, 2, 4,
b) Gazdasági átalakulás	
c) Szociális biztonság	
d) Nemzetközi kapcsolatok, önrendelkezés	
e) Nemzeti értékek	10,

1945 utáni magyar történelem gyakorló II.

1. A feladat a magyarországi kommunista diktatúra időszakával kapcsolatos. Oldja meg a feladatokat a források és ismeretei segítségével! Rendelje a képeket a rájuk vonatkozó állításhoz! Írja a képek sorszámát a táblázat megfelelő mezőjébe! *Egy mezőbe egy sorszámot írjon! Egy sorszám kimarad.* **7 pont**

1. *Részlet az „Ádáz ellenségünk a kulák” c. diafilmből*

2. *Gyapotszedés Magyarországon az 1950-es években*

3.*Plakát*

4. *Plakát*

5. *Rejtegetett élelmiszer után kutató ÁVH-s tisztek*

6. Plakát

Állítás	**Kép(ek) sorszáma**
a) Az állam megtorlással sújtotta az egyéni gazdálkodás mellett kitartó parasztságot.	
b) A gazdag parasztokat propaganda alkalmazásával is igyekeztek ellehetetleníteni.	
c) Az ország természeti adottságait figyelmen kívül hagyták a mezőgazdaság átalakítása során.	
d) A tervszámok felülmúlására ösztönözték a lakosságot.	/

e) Nevezze meg szakkifejezéssel azt a mezőgazdasági üzemtípust, amelynek kialakítását szolgálta az 1. képet is bemutató diafilm!……

f) Mely – a tulajdonviszonyokat érintő – változás volt az előfeltétele a 3. képen megjelenített gazdaságirányítási modell elindításának? ……

2. A feladat az 1956-os forradalom utáni eseményekkel kapcsolatos. Oldja meg a feladatokat a forrás és ismeretei segítségével! 4 pont

„Kedves elvtársak! Él és győzelmet aratott a munkáshatalom, […] a munkás-paraszt állam, a Magyar Népköztársaság! […]Ezen a napon az októberi sikertelen ellenforradalom fölött a munkásosztály nemzetközi segítségével döntő győzelmet aratott magyar dolgozó nép ünnepli szabadon […]a proletár nemzetköziség ünnepét. Elvtársak! Az 1956. októberi események menetében a fasiszta magyar burzsoázia, amely egyrészről az ellenforradalom posványába süllyedt áruló Nagy Imre-csoporttal, másrészről az amerikai nagytőke által vezetett nemzetközi imperializmussal szövetkezett, megdöntéssel fenyegette a Magyar Népköztársaság társadalmi rendjét. Halálos veszély, a megsemmisítés veszélye fenyegette a magyar munkás-paraszt államot, a néphatalmat […] Magyarországon.” **(Kádár János beszéde, 1957)**

a) Milyen alkalommal hangzott el az idézett beszéd? Karikázza be a helyes válasz sorszámát!
1. március 15-i nemzeti ünnep 2. május 1-jei felvonulás 3. június 4-i megemlékezés 4. október 23-i ünnepség

b) Hogyan értelmezhető a forrás aláhúzott része? Karikázza be az értelmezés helyes befejezésének sorszámát!
A munkásosztály nemzetközi segítsége 1956 őszén Magyarországon azt jelentette, hogy…
1. nemzetközi munkásbrigádok segítettek Nagy Imrének és kormányának.
2. nemzetközi munkásbrigádok segítettek Kádár János munkás-paraszt kormányának.
3. a szovjet hadsereg biztosította Kádár János hatalomra jutását.
4. a szovjet hadsereg segítette Nagy Imre és kormánya működését.

c) Mivel vádolja Kádár János Nagy Imrét, amikor árulónak nevezi? Karikázza be a helyes magyarázat sorszámát!
1. Kádár szerint Nagy Imre fel akarta számolni a proletárdiktatúrát.
2. Kádár szerint Nagy Imre a szovjetek oldalára állt az ellenforradalom során.
3. Kádár szerint Nagy Imre azért szökött Romániába, hogy segítséget kérjen ellene.

d) Kiket nevezett a szónok „fasiszta magyar burzsoáziá”-nak? Karikázza be a helyes magyarázat sorszámát!
1. Az amerikaiak által fizetett ellenforradalmár munkásokat.
2. A Rákosi-rendszer egykori vezetőrétegét.
3. A Horthy-rendszer egykori vezetőrétegét.

<u>3. A feladat a Kádár-rendszerrel és annak válságával kapcsolatos. Oldja meg a feladatokat a források és ismeretei segítségével!</u>
<u>10 pont</u>

	
A) *Korabeli karikatúra* *Az eredeti feliratok: Ha ez így megy tovább!...* *Utazóközönség az autóbuszért!*	**B)** *Korabeli karikatúra* *Az eredeti feliratok: Ravasz ember* *– Én már pénteken megvettem a kenyeret,* *mert szombaton sose kapok frisset.*

a) Karikázza be annak a <u>két állításnak</u> a sorszámát, amely mindkét karikatúrára igaz!
1. A rossz minőséget vagy az áruk hiányát kritizálja.
2. Arra utal, hogy az emberek szeretnék elkerülni a sorban állást.
3. Az erőltetett iparosítást kritizálja.
4. Az emberek találékonysága humor forrása.
5. A növekvő életszínvonalat mutatja be.

b) Nevezze meg szakkifejezéssel azt a korabeli gazdaságirányítási rendszert, amely részben okozója volt a karikatúrák által ábrázolt problémáknak! ……..

	c) Magyarázza meg a C) betűjelű fénykép és a karikatúrák közötti összefüggést! …… …….....
C) *Ausztriából hazatérő magyar vásárlók, 1988*	

„Az államszocialista országok, melyek igyekeztek fenntartani megszokott növekedésüket és ugyancsak ragaszkodtak életszínvonalukhoz, kénytelenek voltak a nemzetközi pénzpiachoz fordulni segítségért. […] Az <u>újabb hitelek nagy része a</u> <u>régiek visszafizetését szolgálta</u> csupán, s nem a produktív befektetést. […] A térség országai átlagosan mintegy 25 százalékkal növelték a kivitelüket [1980–1984 között]. Egyidejűleg drákói [szigorú] intézkedésekkel korlátozták az importot [behozatal]. […] 1984–1988 között már nem tudták fokozni exportjukat [kivitel]. Miközben az export ekkor már csak 8 százalékkal nőtt, az import ismét gyorsan, közel 20 százalékkal emelkedett. Az ezt követő két év során, az évtized végén, mind az export, mind az import összeomlott, 30, illetve 20 százalékkal csökkent. […] A mérsékelten, de folyamatosan növekvő életszínvonal megtorpant, s a jóléti intézmények fenntarthatósága kérdésessé vált. Még a teljes foglalkoztatás is bizonytalanná vált.” (Berend T. Iván történész, közgazdász, 1999)

d) Nevezze meg szakkifejezéssel azt a gazdasági jelenséget, amelyet a szöveges forrás aláhúzással jelölt része magyaráz!
……

e) Nevezze meg a Kádár-korszak <u>két jóléti intézményét</u>, intézkedését!1:…….. 2:……
Karikázza be a mondatok helyes befejezésének sorszámát!
f) Azért fordultak a nemzetközi pénzpiacokhoz, mert…

1945 utáni magyar történelem gyakorló II.

1. a nyugat-európai életszínvonal újabb fejlesztéseket igényelt.
2. a hitelek segítségével az életszínvonal fenntartását szerették volna biztosítani.
3. a felvett hitelek a további gazdasági növekedés alapjául szolgáltak.
4. a hitelek a valutareform fedezetéül szolgáltak.

g) A teljes foglalkoztatás fenntartása…

1. növelte a gazdaság hatékonyságát.
2. hozzájárult az ország eladósodásához.
3. hozzájárult a magas fizetések kialakulásához.
4. annyi munkahelyet igényelt, ami indokolta a teljes iparosítást.

h) A kialakuló gazdasági válság…

1. felemésztette az állam által újraelosztott jövedelmeket.
2. elkerülésére az 1980-as évek elején áttértek a piacgazdaságra.
3. kezelhető volt a rendelkezésekre álló tartalékok segítségével.
4. megoldható volt további államosítások végrehajtásával.

4. A feladat a határon túli magyarság második világháború utáni helyzetével kapcsolatos! 4 pont

A)

Egykor Magyarországhoz tartozott területek lakossága és a magyarok aránya 1991-ben és 2001-ben

Terület	1991			2001		
	A lakosok száma	Ebből magyar	Magyarok aránya a terület népességén belül (%)	A lakosok száma	Ebből magyar	Magyarok aránya a terület népességén belül (%)
Felvidék / Szlovákia	5 274 335	567 296	10,8	5 379 455	520 528	9,7
Kárpátalja	1 252 288	155 711	12,4	1 254 614	151 516	12,1
Erdély	7 723 313	1 603 923	20,8	7 221 733	1 415 718	19,6
Vajdaság	2 013 889	339 491	16,9	2 031 992	290 207	14,3
Összesen	16 263 825	2 666 421	16,4	15 887 794	2 377 969	14,9

B)

Egyes tényezők szerepe a magyar kisebbség létszámának változásában három szomszédos területen a XXI. század elején (%)

Terület	Asszimiláció	Elvándorlás	Természetes fogyás
Erdély	33	33	33
Felvidék / Szlovákia	60	14	26
Kárpátalja	25	15	50

a) Karikázza be a megkezdett mondat helyes folytatásának sorszámát! *Egyetlen sorszámot karikázzon be!*

Az A) betűjelű táblázatból kiolvasható, …

1. mennyi volt a magyarság létszáma 2001-ben az összes olyan területen, amelyet a trianoni békében csatoltak el.
2. mekkora volt a magyarok aránya négy szomszédos ország teljes lakosságán belül 2001-ben.
3. hogy a táblázatban szereplő területek közül hol éltek a legnagyobb arányban magyarok 2001-ben.

b) Karikázza be a megkezdett mondat helyes folytatásának sorszámát! *Egyetlen sorszámot karikázzon be!*

Az A) betűjelű táblázatban szereplő területeken élő magyarok…

1. fogyásának legjellemzőbb oka mindenütt az, hogy nem tudják érvényesíteni kisebbségi jogaikat, ezért elvándorolnak.
2. létszáma 1991 és 2001 között összesen több mint 10 százalékkal csökkent.
3. a teljes Kárpát-medencei magyarságnak nagyjából a 10 százalékát tették ki a XX. és a XXI. század fordulóján.

c) Nevezze meg azt a területet, amelyre igaz a következő leírás! *A táblázatokban szereplő területek közül válasszon!*

Etnikai és vallási szempontból is évszázadok óta erősen kevert lakosságú terület. A magyar lakosság néhány tízezer fős fogyásához az 1990-es években az országban dúló háborútól, illetve a hadseregbe történő behívástól való félelem is hozzájárult.……

d) Nevezze meg azt a területet, amelyre igaz a következő leírás! *A táblázatokban szereplő területek közül válasszon!*

Ez a terület a rendszerváltást követően vált független országgá. A nagyrészt a határok mentén élő, jelentős magyar kisebbség létszáma leginkább a többségi nemzetbe történő beolvadás miatt csökken.……

5. A feladat a magyarországi romákhoz kapcsolódik. Oldja meg a feladatokat a forrás és ismeretei segítségével! 4 p.

„Az etnikai, illetve a társadalmi helyzeten alapuló cigánykép gyakorlatilag párhuzamosan létezett egymás mellett. A 18. századi magyarországi források egy részében a *cigány* fogalma etnikai […]. Ebben az esetben cigánynak lenni etnikai, nemzetiségi hovatartozást jelent. A források egy másik csoportjában a *cigány* fogalma szociális […]. Ez esetben cigánynak lenni sajátos társadalmi állapotot jelent. […] Az is vita tárgya, hogy egyáltalán *ki a cigány*? Az, akit valamilyen cigánykép alapján a nemcigányok besorolnak a cigányok közé, vagy az, aki cigány/roma identitású? […] [Az előbbit] jól szemlélteti a nemzetközi roma mozgalomban […] fontos szerepet játszó Ian Hancock megállapítása is: »a bennünket összekötő közös tényező nem annak a tudata, hogy mik vagyunk, hanem azé, hogy mik nem vagyunk: a romanik nem gádzsók, azaz nem nem-cigányok«.” (*Binder Mátyás történész, antropológus*)

Milyen cigányképet, cigányfogalmat jelenítenek meg a következő leírások? Húzza alá a helyes választ!

a) A cigányságot elsősorban közös származása, valamint az ehhez kapcsolódó kultúra és nyelv határozza meg.

etnikai helyzeten alapuló társadalmi helyzeten alapuló

b) A cigányságot elsősorban jövedelme, munkahelye, iskolázottsága, lakóhelye, demográfiai és egészségügyi mutatói határozzák meg.
etnikai helyzeten alapuló társadalmi helyzeten alapuló

c) Ki sorolható a cigányság körébe a Magyarországon jelenleg hatályos törvények értelmében? Karikázza be a helyes választ! s

1. Az, aki cigány (romani) anyanyelvű vagy kettős (magyar és romani) anyanyelvű.
2. Az, akit származása, kultúrája, szokásai alapján a többség cigánynak tart.
3. Az, aki saját magát – anyanyelvétől függetlenül – cigánynak vallja, és ezt kinyilvánítja.

d) Döntse el, hogy a forrás szóhasználatára melyik meghatározás igaz! Karikázza be a helyes meghatározás sorszámát!

1. A forrásban a cigány lekicsinylő jelentésű szó, a roma a cigányok helyes megnevezése, a gádzsó pedig a nemcigányok cigány elnevezése.
2. A forrásban a cigány és a roma kifejezések egymással helyettesíthetők, a gádzsó pedig a nemcigányok cigány megnevezése.
3. A forrásban a roma a cigányon belüli kisebb csoport elnevezése, a gádzsó pedig a magyar többség cigány elnevezése.

6. Döntse el a következő viccekről és plakátokról, hogy a Rákosi- vagy a Kádár-korszakra vonatkoznak! Írja betűjeleiket a táblázat megfelelő helyére! 6 pont

A) - Hányféle sör van Magyarországon? - Háromféle: világos sör, barna sör és munkásőr.

B) Késő éjjel rémisztő dörömbölés egy pesti bérlakás ajtaján, az alvó férfi felriad, ijedten kisiet az előszobába, reszkető hangon kérdi:- Ki az?... - A Halál!
A férfi megkönnyebbülve suttogja: - Hála Istennek, már azt hittem, az ÁVH!

C) Hárman ülnek egy sötét cellában, és kérdezik egymástól, hogy ki miért van itt.
- Én azért vagyok itt, mert szidtam Rajk Lászlót! - kezdi az első.
- Én azért, mert dicsértem Rajk Lászlót! - válaszolja a második.
- És te miért ülsz?- kérdik a harmadikat, mire az csendben így válaszol:- Én vagyok Rajk László.

D) *A Ludas Matyi című vicclap címoldala*	**E)** *Korabeli plakát*	**F)** *Korabeli plakát*

Rákosi-kor	
Kádár-kor	

7. A feladat Magyarország második világháború utáni történelméhez kapcsolódik. Oldja meg a feladatokat a források és ismeretei segítségével! 7 pont

A) „A fegyverszünet egész időtartamára …**X)**…-t létesítenek Magyarországon, amely szabályozza és ellenőrizni fogja a fegyverszüneti feltételek végrehajtását a Szövetséges (szovjet) főparancsnokság elnöksége alatt Nagy-Britannia és az Egyesült Államok képviselőinek részvételével.” *(Fegyverszüneti egyezmény, 1945)*

a) Mely szervezetet jelöli a forrásban szereplő X) jel? …….....

B) „Amikor az utcán voltam, egy orosz [katona] kezembe nyomott egy demizsont [borosüveget] és el akart vinni. Jött a szomszéd házmester, annak a kezébe nyomtam, így az orosz őt vitte el. Kíváncsi vagyok hova vitte.” *(Naplórészlet, 1945)*

b) Milyen céllal történt a forrásban leírt esemény? Idegen szakkifejezéssel válaszoljon!
…….

c) Mivel magyarázható az elhurcolás forrásban leírt módja? Karikázza be a helyes válasz sorszámát!

1. A szovjet katonáknak csak az elhurcoltak számát írták elő.
2. A szovjet katonáknak a nyilasokkal együttműködőket kellett összegyűjteniük.
3. A szovjet katonáknak a vagyonosokat kellett elhurcolniuk.

C) „Ennek a felelősségre vonásnak kérlelhetetlennek kell lennie, annak ellenére, hogy érezzük: ezeknek a bűnöknek elkövetői nem várhatnak igazságot, csak megtorlást. Ezeknek az ügyeknek az elbírálása azonban nem jogi, hanem elsősorban politikai kérdés… Ez az új bíróság nem forradalmi törvényszék, mert hiszen szigorúan megállapított eljárási és anyagi jogi szabályok alapján ítélkezik, de nem is esküdtbíráság, mert határozottan politikai jellegű és csak a demokratikus Magyarországot képviseli.” (*Ries István igazságügyi miniszter beszédéből, 1945)*

d) Mely intézmény felállítására vonatkozik a forrás? …….....……..

e) Mely felvilágosult (demokratikus) elvet sért a forrásban aláhúzott két részlet?
……..……..……..……

f) Nevezzen meg két pártot, amelyekre a miniszter a C) betűjelű forrásban a következő szavakkal célzott: „a demokratikus Magyarországot képviseli”! *Ne rövidítést írjon!* ……

1945 utáni magyar történelem III.

<u>1. feladat a lakosságcsere folyamatához kapcsolódik.</u> Válaszoljon a kérdésekre a forrás és ismeretei segítségével! 4p.

„A csehszlovák kormánynak indokolt esetekben jogában áll, hogy az előző bekezdésben megjelölt személyek áttelepülését ellenezze. […] a Különbizottságnak, tagjainak és személyzetének jogában fog állani, hogy Magyarország területén szabadon közlekedjék, a szlovák és cseh nemzetiségűnek tekinthető személyekkel érintkezzék […]

A Magyarországból Csehszlovákiába áttelepítendő szlovákokkal és csehekkel egyenlő számban olyan Csehszlovákiában állandó lakóhellyel bíró magyar nemzetiségű személyek telepíttetnek át Magyarországra, akik a Csehszlovák Köztársaság Elnökének a német és magyar nemzetiségű személyek csehszlovák állampolgárságának rendezése tárgyában kiadott, 1945. augusztus 2-án kelt rendelete értelmében csehszlovák állampolgárságukat elvesztették." *(Részletek a magyar–csehszlovák lakosságcsere-egyezményből, 1946. február)*

Válaszoljon a kérdésekre a forrás alapján a táblázat kitöltésével! Tegyen X jelet a táblázat megfelelő mezőjébe! *Egy sorban csak egy X jel szerepelhet.*

Kérdés	csehszlovák	magyar	mindkettő	egyik sem
a) Melyik állam polgárait érintette a lakosságcsere?				
b) Melyik félnek állt jogában a másik országában szabadon tevékenykedni a lakosságcserével kapcsolatban?				
c) Melyik félnek állt jogában az egyes személyek áttelepülésének ellenzése?				

d) Melyik elvre hivatkozva fosztották meg 1945-ben a Csehszlovákiában élő németeket és magyarokat csehszlovák állampolgárságuktól?.....

<u>2. A feladat Magyarország második világháború utáni gazdaságtörténetével kapcsolatos</u>. 8 pont



„Hajsza. – Te jó isten, hol is vagyok én minden csütörtök este másodállásban?" (Karikatúra az 1970-es évekből)

Karikatúra a Kádár-korból

4. *A nemzeti jövedelem évi átlagos növekedési üteme Magyarországon, 1950–1990*

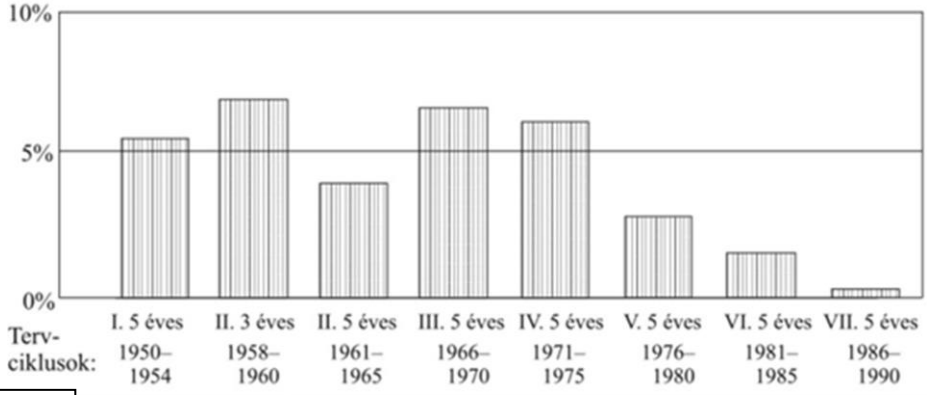

5.

Rendelje az állításokhoz a hozzájuk leginkább kapcsolódó forrást! Írja a táblázat soraiba a megfelelő forrás sorszámát! *Egy sorba egy sorszámot írjon, egy forrás kimarad, egy kétszer szerepel!*

Állítások	Forrás sorszáma
a) A rendszer a hivatalos munkaidejükben végzett többletmunkára igyekezett ösztönözni az embereket.	
b) A gazdaság alapjává a köztulajdon vált.	
c) Kisebb volt az árukínálat, mint a kereslet.	
d) A parasztság elvesztette földjeit a kollektivizálás során.	
e) A viszonylagos jólét eléréséért a Kádár-korszakban sokan mellékállást is vállaltak.	

f) Nevezze meg szakkifejezéssel a korszak – források által is jellemzett – gazdaságirányítási rendszerét!

……

g) Állapítsa meg a 4. forrás segítségével, melyik időszakban indult el az új gazdasági mechanizmus! Karikázza be a helyes válasz sorszámát!

1. Az I. ötéves terv időszakában
2. A III. ötéves terv időszakában
3. A VI. ötéves terv időszakában

h) Állapítsa meg, hogy a 4. forrásban szereplő időszakok közül melyikre vonatkozik a következő állítás! Karikázza be a megfelelő időszak sorszámát!

A hosszabb ideje lassuló gazdasági növekedésre így reagált a pesti vicc: „A létező szocializmus nem működik, működő pedig nem létezik.”

1. A II. ötéves terv időszakára
2. A III. ötéves terv időszakára
3. A VII. ötéves terv időszakára

<u>3. A feladat hazai cigánysággal kapcsolatos.</u> Válaszoljon a kérdésekre a források segítségével! 6 pont

„A borsodi faluban élő férfi éppen csak elvégezte az általános iskolát. A hetedik osztályt meg is kellett ismételnie. Nem tanult tovább, innen pályafutása, mint a többieké: egy vasöntödében alkalmazták nehéz fizikai munkára, és bár keresete jó volt, kilépett, mert nem bírta a munkásszállót. Visszament a faluba, onnan ingázott. Segédmunkásként helyezkedett el egy gépgyárban, ahol több rokona is dolgozott. Mikor megkezdődtek a leépítések, az elsők között bocsátották el. Találkozásunkkor már egy hónapja munka nélkül volt, és kilátása sincs munkahelyre. Néha napszámba jár, hogy eltartsa hat kiskorú gyermekét. Erre is ritkán van lehetősége, nem hívják, mert a falubeliek egyszer lopással gyanúsították meg.” *(Esettanulmány 1993-ból)*

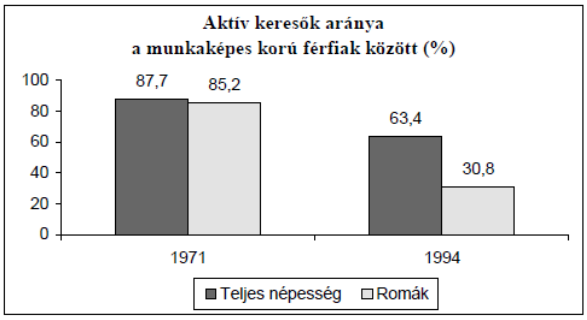

a) Határozza meg, milyen politikai-társadalmi változás miatt vált a felnőtt roma népesség nagyobbik része munkanélkülivé!……

b) Nevezzen meg két okot a szöveg alapján, amelynek nyomán ilyen mértékben csökkent a roma keresők aránya a teljes népességhez képest!

1……

2……

c) Az alábbiakban a szöveg alapján három fogalom bővebb kifejtését adjuk meg. Írja a megfelelő fogalmat a táblázatba!

1. A munkavállaló lakhelyéről (általában faluról) a munkahelyre (általában városba) való napi vagy heti utazása.	
2. A szakértelmet nem igénylő, általában kisegítő, nehéz fizikai munkát végző dolgozó.	
3. Idényjellegű, általában a mezőgazdaságban, ritkábban a szolgáltatásban végzett alkalmi munka.	

<u>4. A feladat Magyarország második világháború utáni történetéhez kapcsolódik</u>.

Döntse el, melyik évhez köthetőek a források! A felsorolt évszámok közül válasszon! Írja az évszámot a táblázat megfelelő sorába! *Két évszám kimarad.* **4 pont**

Évszámok: 1945, 1952, 1956, 1958, 1976, 1989

a) „Hirtelen rettenetes dördülés rázott meg bennünket: az Akadémia utca orosz nehézfegyverei tüzet nyitottak […] Az Akadémia utcából a tűz a Parlament és a Rákóczi-szobor közti térségre, illetve a Parlament árkádjai felé irányult, és szüntelenül folyt. […] Az állandó erős dörrenések keltette szívdobogás mellett borzalmasan nehezedett ránk az a szörnyűség, hogy ágyúkkal lövik a fegyvertelen tüntetőket.” *(Hanák Péter visszaemlékezése)*

b) „Kegyeleti szertartásra gyűltünk össze. Nem hivatalos aktusra, hanem a hozzátartozók, a barátok, a család utolsó búcsújára. És íme, most itt gyászol a család: százezrek ezen a téren, és milliók szerte az országban. […] A gyász és a visszaemlékezés szívszorító perceiben a társadalom kész a megbékélésre, mert így kívánja az ország érdeke, és mert ezzel fejezi ki tiszteletét Nagy Imre és mártírtársai előtt.” *(Vásárhelyi Miklós beszéde)*

A forrás betűjele	A forráshoz köthető évszám
a)	
b)	
c)	
d)	

c) Budapest

d) A miniszterelnök és pártfőtitkár szobrot avat

5. A feladat a Kádár-korszakhoz kapcsolódik. Oldja meg a feladatokat a források és ismeretei segítségével! 4 pont

A)
A Ludas Matyi vicclap karikatúrája

B)
Kádár János nyaral

C)
„– Hallottad? A szovjetek felmentek az űrbe!
– Ne mondd! Mindnyájan?" *(Vicc 1961-ből)*

a) Magyarázza meg, miként kapcsolódik az A) karikatúra mondanivalója a „fridzsiderszocializmus" fogalmához!
……

b) Magyarázza meg az A) karikatúra megjelenése és a „puha diktatúra" fogalma közti összefüggést!
……

c) Milyen, a Rákosi-korszakhoz képest alapvető politikai változást szemléltet a B) képen a vezető ábrázolása?
……

d) A C) jelű vicc a rendszer egy alapvető jellemzőjére utal, emiatt nem jelenhetett meg a Ludas Matyiban, a korszak hivatalos vicclapjában. Mi ez az alapvető jellemző?……

6. A feladat az 1956-os magyar forradalom és szabadságharc külpolitikai összefüggéseivel kapcsolatos.
Válaszoljon a kérdésekre a forrás és ismeretei segítségével! 3 pont

„A(z) **[a……]** nemzet most lazít a szeretett hazáját fojtogató szovjet elnyomáson. A hősi magyar nép **pedig** a Vörös Hadsereg páncélosainak halált osztó tüzével száll szembe. Ezek a hazafiak magánál az életnél is többre becsülik a szabadságot. És minden, a szabadságot békében élvező ember ünnepélyes kötelessége, hogy minden igazán hasznos eszközt megragadjon, hogy ne hiába haljanak meg a szabadságért életüket feláldozók. Az Egyesült Államok másokkal együtt e szellemben cselekedett ma, amikor az ENSZ **[b……]**-a elé vitte a magyar kérdést. […] Mi nem tekintjük ezeket a nemzeteket potenciális katonai szövetségeseinknek. Barátainknak, és egy új és baráti, és immáron nem megosztott Európa részeinek tekintjük őket. " *(Dulles amerikai külügyminiszter beszéde, 1956. október 27.)*

a) Melyik nemzet neve hiányzik a szöveg [a] betűjellel jelzett részéből?…….
b) Mely testület neve hiányzik a szöveg [b] betűjellel jelzett részéből?……
c) Milyen következményekkel járt a magyar forradalom és szabadságharc szempontjából az aláhúzott mondatban megfogalmazott állítás? *Magyarázza meg röviden, saját szavaival!*
……

7. A feladat a Kádár-korszak gazdaságával kapcsolatos.

A) „Kétoldalú tárgyalásokat folytattunk [a többi szocialista országgal], és itt megállapíthattuk, milyen arányban számíthatunk a fejlesztés ütemének megfelelő nyersanyagellátásra. Ebben az évben tovább akarjuk javítani iparunk nyersanyagellátását."
B) „1959-ben főleg a gépgyártásra vár nagy feladat. A tavalyinál 10 százalékkal magasabb tervet kell teljesíteniük. […] A szénbányászattól nem sokkal nagyobb mennyiséget kérünk, hanem fokozottabb gondot a minőség javítására."
C) „Könnyűipari vállalatainkra is nagy feladatok várnak ebben az esztendőben. Növelniük kell a lakosság közvetlen igényeinek kielégítését, tovább kell csökkenteni a hiánycikkeket."
D) „Rendkívül fontos ma is, és az lesz a jövőben is, hogy betartsuk az önkéntesség lenini elvét, de világos dolog, hogy a szocializmus építése megköveteli, […] hogy népszerűsítsük a nagyüzemi munka előnyét. A munkásosztálynak és szövetségesének, a dolgozó parasztságnak, az egész népnek alapvető érdeke, hogy falun is uralkodóvá váljék a szocialista termelési forma." *(Részletek Münnich Ferencnek, a Minisztertanács elnökének egyik országgyűlési beszédéből, 1959)*

a) Melyik forrásrészlethez köthető közvetlenül a kollektivizálás fogalma? A forrásrészlet betűjele: ……..
b) Melyik forrásrészlet utal közvetlenül az életszínvonal növelésének szándékára? A forrásrészlet betűjele: ……..
c) Milyen tényező korlátozta egyes nehézipari ágazatok fejlesztésének lehetőségeit?……
d) Fogalmazza meg, milyen tekintetben mond ellent a következő idézet az egyik forrásrészletnek!
„Ez év márciusában a sok zaklatásnak már nem tudtam ellenállni és aláírtam a belépési nyilatkozatot a székkutasi Új-Élet Termelőszövetkezetbe." *(Egy parasztember levele a Csongrád megyei párttitkárnak, 1959)*
……...